සියලු ම හිමිකම් ඇවිරිණි /All Rights Reserved]

Information and Communication Technology
තොරතුරු හා සන්නිවේදන තාක්ෂණය

2026 REVISION PAPER 08

1. Which of the following is a primary advantage of digital computers over analog computers?
ප්‍රතිසම පරිගණකවලට වඩා අංකිත පරිගණකවල ප්‍රධාන වාසියක් වන්නේ පහත ඒවායින් කුමක්ද?
   1) Digital computers can process continuous signals.
   අංකිත පරිගණකවලට සන්තතික සංඥා සැකසීමට හැකිය.
   2) Digital computers are typically more accurate and reliable in data processing.
   දත්ත සැකසීමේදී අංකිත පරිගණක සාමාන්‍යයෙන් වඩාත් නිවැරදි සහ විශ්වාසදායක වේ.
   3) Analog computers can handle large-scale computations faster than digital ones.
   ප්‍රතිසම පරිගණකවලට අංකිත ඒවාට වඩා වේගයෙන් මහා පරිමාණ ගණනය කිරීම් හැසිරවිය හැක.
   4) Digital computers use fewer physical resources.
   අංකිත පරිගණක අඩු භෞතික සම්පත් භාවිතා කරයි.
   5) Analog computers are easier to program than digital ones.
   ප්‍රතිසම පරිගණක අංකිත ඒවාට වඩා වැඩසටහන් කිරීමට පහසුය.

2. What is the decimal equivalent of $10101.101_2 + 74_8 + 2F_{16}$?
$10101.101_2 + 74_8 + 2F_{16}$ හි දශමය සමානතාවය කුමක්ද?
   1) 169.625_{10} 2) 128.625_{10} 3) 183.375_{10} 4) 176.75_{10} 5) 185.5_{10}

3. Arrange the following numbers in ascending order.
පහත දැක්වෙන සංඛ්‍යා ආරෝහණ පිළිවෙලට සකසන්න.
   A – 11101010_2 B – 347_8 C – 11101101_2 D – 410_{10} E – $F0_{16}$
   1) EDABC 2) BACDE 3) CDEAB 4) BACED 5) DECAB

4. Each sequence represents the ASCII encoding. Choose the correct binary sequence that accurately represents the message, "Coding is fun!".
සෑම පිළිතුරක්ම ASCII කේතනය නියෝජනය කරයි. **"Coding is fun!"** යන පණිවිඩය නිවැරදිව නියෝජනය කරන ද්විමය අනුපිළිවෙල තෝරන්න.

C	d	f	g	i	n	o	s	u	!	space
67	100	102	103	105	110	111	115	117	33	32

   1) `1000011 1100100 1100100 1101001 1101110 1101001 0100000 1101001 1110011 0100000 1100110 1110101 1101110 0100000`
   2) `1000011 1101111 1100100 1101001 1101110 1101110 0100001 1101001 1110011 0100001 1100110 1110101 1101110 0100000`
   3) `1000011 1101111 1100100 1101001 1101110 1101110 0100001 1101001 1110011 0100001 1100110 1110101 1101110 0100001`
   4) `1000011 1101111 1100100 1101001 1101110 1101110 0100000 1101001 1110011 0100000 1100110 1110101 1101110 0100001`
   5) `1000011 1101111 1100100 1101001 1101110 1101110 0100000 1101001 1110011 0100000 1100110 1110101 1101110 0100000`

5. In a team meeting, the developer explains that memory is often allocated in units such as kilobytes and megabytes, and that one kilobyte is equal to 1024 bytes.
කණ්ඩායම් රැස්වීමකදී, සංවර්ධකයා මතකය බොහෝ විට කිලෝබයිට් සහ මෙගාබයිට් වැනි ඒකකවල වෙන් කර ඇති බවත්, කිලෝබයිට් එකක් බයිට 1024 කට සමාන වන බවත් පැහැදිලි කරයි.

A software developer looks at how many bytes are in a megabyte when discussing memory allocation. What is the answer he gets?
මෘදුකාංග සංවර්ධකයෙකු මතකය වෙන් කිරීම ගැන සාකච්ඡා කරන අතරතුරේ දී මෙගාබයිට එකක් තුළ බයිට කියක් පවතී ද යන්න සොයා බලයි. ඔහුට ලැබෙන පිළිතුර වන්නේ කුමක් ද?

1) 1000 2) 1024 3) 1048576 4) 106496 5) 1073741824

6. A safety system uses three inputs: Temperature (T), Pressure (P), and Voltage (V). An alert is raised if the Temperature and Pressure are both high, but only when Voltage is low. Which logic equation represents this condition?
ආරක්ෂිත පද්ධතියක් ආදාන තුනක් භාවිතා කරයි. ඒවා නම් උෂ්ණත්වය (T), පීඩනය (P) සහ වෝල්ටීයතාව (V) වේ. උෂ්ණත්වය සහ පීඩනය යන දෙකම ඉහළ, නමුත් වෝල්ටීයතාව අඩු විට පමණක් අනතුරු ඇඟවීමක් නිකුත් කෙරේ. මෙම තත්ත්වය නියෝජනය කරන්නේ පහත කුමන තාර්කික ප්‍රකාශනයද?

1) (T AND P) AND V 2) (T AND P) AND NOT V 3) (T OR P) AND (NOT V)
4) NOT (T AND P AND V) 5) (T OR P) OR (NOT V)

7. If we fed A and the compliment of B into an OR gate, what will be the expected output?
A සහ B හි අනුපූරකය, OR ද්වාරයකට ආදානය කළහොත්, අපේක්ෂිත ප්‍රතිදානය කුමක් වේවිද?

$A = XY + \overline{XY}$ $B = XY(X + \overline{Y})$

1) 0 2) 1 3) Y 4) XY 5) $X + \overline{Y}$

8. Which answer contains the SOP and POS expressions respectively obtained by following Karnaugh map?
පහත කානෝ සිතියම මගින් ලබාගත හැකි SOP හා POS ප්‍රකාශන පිළිවෙලින් අඩංගු පිළිතුර කුමක්ද?

CD \ AB	00	01	11	10
00	0	1	1	0
01	1	1	1	1
11	0	1	1	0
10	0	1	1	1

	SOP	POS
1)	$\overline{A}.\overline{B} + A.B.C + A.C.\overline{D}$	$(A + \overline{B}).(\overline{A} + C + \overline{D}).(\overline{A} + B + \overline{D})$
2)	$B + \overline{C}.D + A.C.\overline{D}$	$(A + B + \overline{C}).(A + B + D).(B + C + D).(B + \overline{C} + \overline{D})$
3)	$\overline{A} + A.B.C + A.C.\overline{D} + A.\overline{C}.\overline{D}$	$(A + \overline{B}).(\overline{A} + C + \overline{D}).(\overline{A} + B + \overline{D})$
4)	$(A + \overline{B}).(\overline{A} + C + \overline{D}).(\overline{A} + B + \overline{D})$	$(\overline{A}.\overline{B}) + (A.B.C) + (A.C.\overline{D}) + (A.\overline{C}.\overline{D})$
5)	$(\overline{A}.\overline{B}) + (A.\overline{B}.C) + (\overline{A}.C.\overline{D}) + (A.\overline{C}.\overline{D})$	$(\overline{A} + \overline{B}).(\overline{A} + \overline{C} + \overline{D}).(\overline{A} + B + \overline{D})$

9. P - $A + (B.C) = (A + B).(A + C)$
Q - $A.A = A$
R - $A + 1 = 1$

What Boolean laws are used for the above simplifications respectively?
ඉහත සුළු කිරීම් සඳහා පිළිවෙලින් යෝග්‍ය වන බූලියානු නීති මොනවාද?

1) Distributive, Identity, Idempotent (විඝටන, සර්වසාම්‍ය, තදේවභාවී)
2) Commutative, Idempotent, Identity (න්‍යාදේශ, තදේවභාවී, සර්වසාම්‍ය)
3) Distributive, Idempotent, Identity (විඝටන, තදේවභාවී, සර්වසාම්‍ය)
4) Redundancy, Identity, Idempotent (සමතිරික්ත, සර්වසාම්‍ය, තදේවභාවී)
5) Associative, Identity, Idempotent (සංඝටන, සර්වසාම්‍ය, තදේවභාවී)

10. Consider the table below.
පහත වගුව සලකන්න.

EmpID	Name	Department	Salary
E101	Alex	IT	70000.00
E102	Ben	HR	50000.00
E103	Chris	IT	90000.00
E104	David	IT	55000.00
E105	Evan	HR	65000.00
E106	Felix	IT	80000.00

How many rows will be updated when the following SQL code is executed?
පහත SQL කේතය ක්‍රියාත්මක කළ විට එහි පේළි කීයක් යාවත්කාලීන වේද?

```
UPDATE Employee
SET Salary = Salary * 1.2
WHERE Salary < 80000 AND Department = "IT";
```

1) 1 2) 2 3) 3 4) 4 5) 0

11. Consider the following tables.
පහත වගු සලකා බලන්න.

Students

Stu_ID	Name	Grade	ClassID
5001	Akon	11	1003
5002	Bkon	12	1001
5003	Ckon	11	1002
5004	Dkon	10	1002

Classes

ClassID	ClassName	Teacher
1001	Science	Selwanayagam
1002	Maths	Dissanayake
1003	Physics	Rathnapala

If a student wants to list the classes taught by the teacher 'Dissanayake'. What is the correct SQL query?
'Dissanayake' ගුරුතුමා උගන්වන පන්ති ලැයිස්තුගත කිරීමට ශිෂ්‍යයෙකුට අවශ්‍ය නම්, නිවැරදි SQL විමසුම කුමක්ද?

1) `SELECT ClassName FROM Classes WHERE Teacher = Dissanayake;`
2) `SELECT ClassName FROM Classes HAVING Teacher = 'Dissanayake';`
3) `SELECT ClassName FROM Classes AND Students WHERE Teacher = 'Dissanayake';`
4) `SELECT ClassName FROM Classes WHERE Teacher = 'Dissanayake';`
5) `SELECT ClassName FROM Classes OR Students WHERE Teacher = 'Dissanayake'`

12. Consider the following SQL query.
පහත SQL විමසුම සලකා බලන්න.

```
SELECT department, AVG(salary) FROM employees
GROUP BY department
HAVING AVG(salary) > 50000;
```

What will this query do?
මෙම විමසුම කුමක් කරයිද?

1) It will return the departments where the total salary is greater than 50,000.
එය මුළු වැටුප රු. 50,000 ට වඩා වැඩි දෙපාර්තමේන්තු ආපසු ලබා දෙනු ඇත.
2) It will return the departments where the average salary is greater than 50,000.
සාමාන්‍ය වැටුප රු. 50,000 ට වඩා වැඩි දෙපාර්තමේන්තු ආපසු ලබා දෙනු ඇත.
3) It will return all departments regardless of salary.
වැටුප නොසලකා එය සියලුම දෙපාර්තමේන්තු ආපසු ලබා දෙනු ඇත.
4) It will return only employees with a salary greater than 50,000.
එය රු. 50,000 ට වඩා වැඩි වැටුපක් ඇති සේවකයින් පමණක් ආපසු ලබා දෙනු ඇත
5) It will return the salary of each department, including those with an average less than 50,000.
එය සාමාන්‍ය වැටුප රු. 50,000 ට අඩු අය ඇතුළුව එක් එක් දෙපාර්තමේන්තුවේ වැටුප ආපසු ලබා දෙනු ඇත.

13. Which of the following is a 3NF relational schema?
පහත සඳහන් ඒවායින් 3NF සම්බන්ධතා සටහන කුමක්ද?

1) Student(Student_ID, Student_FirstName, Student_SurName, Student_DOB)
Course(Course_ID, Course_Name, Course_Fee)
Instructor(Instructor_ID, Instructor_Name, Instructor_JoinedDate)

2) Student(Student_ID, Student_FirstName, Student_SurName, Student_DOB, Course_ID, Course_Name)
Course(Course_ID, Course_Name, Course_Fee)
Instructor(Instructor_ID, Instructor_Name, Instructor_JoinedDate)

3) Student(Student_ID, Student_FirstName, Student_SurName, Student_DOB,)
Course(Course_ID, Course_Name, Course_Fee, Instructor_ID)
Instructor(Instructor_ID, Instructor_Name, Instructor_JoinedDate)
Student_Course(Course_ID, Student_ID)

4) Student(Student_ID, Student_FirstName, Student_SurName, Student_DOB,)
Course(Course_ID, Course_Name, Course_Fee, Instructor_ID, Instructor_Name)
Instructor(Instructor_ID, Instructor_JoinedDate)

5) Student(Student_ID, Student_FirstName, Student_SurName, Student_DOB,)
Course(Course_ID, Course_Name, Course_Fee)
Instructor(Instructor_ID, Instructor_Name, Instructor_JoinedDate)
Student_Course(Course_ID, Student_ID, Course_Name , Student_Name)

14. Which of the following ER diagrams can be mapped into minimum three tables?
පහත දැක්වෙන ER රූප සටහන්වලින් අවම වගු තුනකට සිතියම්ගත කළ හැක්කේ මොනවාද?

Label ලේබලය	ER diagram ER රූප සටහන
A	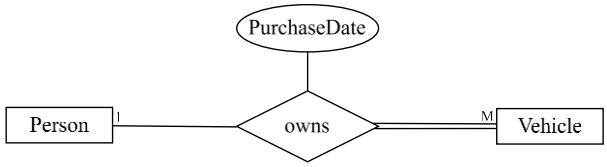
B	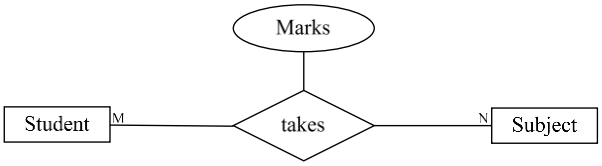
C	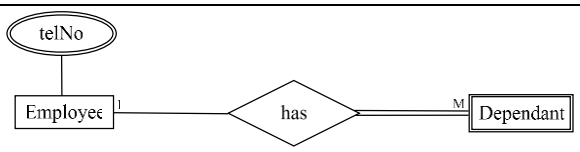

1) A only. A පමණි.
2) B only. B පමණි.
3) C only. C පමණි.
4) B and C only. B හා C පමණි.
5) All of the above ඉහත සියල්ලම.

15. What will be the output of the following code?
පහත කේතයේ ප්‍රතිදානය කුමක් වේද?

```
supplies = {'Rifle': 12, 'Food': 18, 'Ammo': 15}
scores = [
    len(supply) * (bin(value).count('1') + value % 3)
    for supply, value in supplies.items()
    if value % 2 == 0
]
print(max(scores) - min(scores))
```

1) 8
2) -1
3) 9
4) 2
5) 1

16.
```
summation = 0
for _ in range(10):
      number = int(input("Enter a number between 0 and 9: "))
      summation += number
average = summation / 10
print(f"Summation:_{summation}")
print(f"Average:_{average}")
```

What is the output of the above Python code if the inputs are `3,6,2,8,1,4,9,0,7,5` ?
ආදාන `3,6,2,8,1,4,9,0,7,5` නම් ඉහත පයිතන් කේතයේ ප්‍රතිදානය කුමක්ද?

1) `Summation:45`
   `Average:4.50`
2) `Summation:45`
   `Average:4.5`
3) `Summation:_45`
   `Average:_4.5`
4) `Summation:-45`
   `Average:-4.5`
5) Error

17. Which of the following statement(s) about Python data structures is/are true?
පයිතන් දත්ත ව්‍යුහ පිළිබඳ පහත සඳහන් ප්‍රකාශයන් අතරින් සත්‍ය වන්නේ කුමන ප්‍රකාශ(ය) ද?

A - Lists are immutable, and you cannot change their content after creation.
ලැයිස්තු වෙනස් කළ නොහැකි වන අතර, නිර්මාණයෙන් පසු ඔබට ඒවායේ අන්තර්ගතය වෙනස් කළ නොහැක.

B - Tuples can be used as keys in dictionaries.
Dictionary වල යතුරු ලෙස Tuple භාවිතා කළ හැකිය.

C - You can nest dictionaries within dictionaries, but you cannot nest lists within lists.
ඔබට Dictionary තුළ Dictionary යෙදිය හැකිය, නමුත් ඔබට ලැයිස්තු තුළ ලැයිස්තු යෙදිය නොහැක.

D - Lists and tuples support slicing, but dictionaries do not.
ලැයිස්තු සහ tuple, slicing සඳහා සහාය වන නමුත් dictionary එසේ නොවේ.

E - A dictionary can have multiple keys with the same name.
Dictionary එකකට එකම නමකින් බහු යතුරු තිබිය හැකිය.

1) B and D only.
B හා D පමණි.
2) A,B and D only.
A,B හා D පමණි.
3) B,C and D only.
B,C හා D පමණි.
4) All of the above.
ඉහත සියල්ලම.
5) None of the above.
ඉහත කිසිවක් නොවේ.

18. What will be the output of the following code involving Beth, Ruby and Annie?
Beth, Ruby සහ Annie සම්බන්ධ වන පහත කේතයේ ප්‍රතිදානය කුමක් වේද?

```
dealers = ["Beth", "Ruby", "Annie", "Rio"]
illegal_cash = 0
i = 0

while i < len(dealers):
    if dealers[i] == "Rio":
        illegal_cash += 5000
    elif dealers[i] == "Beth":
        illegal_cash += 3000
    else:
        illegal_cash += 1000
    i += 1

print(f"Total illegal cash: ${illegal_cash}")
```

1) `Total illegal cash: $12000`
2) `Total illegal cash: $11000`
3) `Total illegal cash: $9000`
4) `Total illegal cash: $10000`
5) `Total illegal cash: $7000`

19. What is the code to connect to the ict.html web page in a new window when you click on the **lap.jpg** image stored in the ICT folder?
ICT ගොනු බහාලුම තුළ ගබඩා කර ඇති **lap.jpg** පින්තූරය මත click කළ විට නව කවුළුවක් තුළ ict.html වෙබ් පිටුව හා සම්බන්ද වීමට අදාළ කේතය කුමක්ද?

1) `<a href="ict.html" target="_blank"> <img src="ICT/lap.jpg"> </a>`
2) `<a href="lap.html"> <img src="ICT/lap.jpg"> </a>`
3) `<a href="ict.html" target="_self"> <img src="ICT/lap.jpg"> </a>`
4) `<a href="ict.html" target="_blank"> </a>`
5) `<a src="ict.html" method="get"> <img src="ICT/lap.jpg"> </a>`

20. You're designing a form for a job application. Which input type would you use to allow users to upload their resume?
ඔබ රැකියා ඉල්ලුම්පත්‍රයක් සඳහා පෝරමයක් සැලසුම් කරමින් සිටී. පරිශීලකයින්ට ඔවුන්ගේ ජීව දත්ත පත්‍රය උඩුගත කිරීමට ඉඩ දීමට ඔබ භාවිතා කරන්නේ කුමන ආදාන වර්ගයද?

1) `<input type="file">`
2) `<input type="upload">`
3) `<input type="document">`
4) `<input type="attachment">`
5) `<input type="resume">`

21. Consider statements given below.
පහත දක්වා ඇති ප්‍රකාශ සලකා බලන්න.

A - type attribute of `<ul>` could be "circle".
`<ul>` හි type ගුණාංගය "circle" විය හැකිය.

B - type attribute of `<ol>` could be "a".
`<ol>` හි type ගුණාංගය "a" විය හැක.

C - `<dl>` element doesn't have any type values.
`<dl>` මූලාංගයේ කිසිදු type අගයක් නොමැත.

Which of the above is/are correct?
ඉහත ඒවායින් කුමක් නිවැරදිද?

1) A only. A පමණි.
2) B only. B පමණි.
3) C only. C පමණි.
4) A and C only. A හා C පමණි.
5) All of the above ඉහත සියල්ලම.

MCQ Answers:

Q.No	Answer	Q.No	Answer	Q.No	Answer	Q.No	Answer
1.	2	2.	2	3.	4	4.	4
5.	3	6.	2	7.	2	8.	2
9.	3	10.	2	11.	4	12.	2
13.	3	14.	4	15.	3	16.	1
17.	1	18.	4	19.	1	20.	1
21.	5						

❋ ❋

1. (a) A charity program has been launched to provide meals for poor children in the community. It costs $2,500 to provide meals for a month. Below is the total amount of money donated by 15 individuals through this charity program.
සමාජය තුළ වෙසෙන දිළිඳු දරුවන්ට ආහාර වේලක් ලබාදීමේ පුණ්‍ය වැඩසටහනක් ආරම්භ කර ඇත. මාසයක් සඳහා ආහාර සැපයීම සඳහා ඩොලර් 2,500 ක් වැය වේ. මෙම පුණ්‍යාධාර වැඩසටහන හරහා පුද්ගලයින් 15 දෙනෙකු විසින් පරිත්‍යාග කරන ලද මුළු මුදල පහතින් දැක්වේ.

```
donations = [20.00] * 5 + [200.00] * 10

def calculate_total_donations(donations):
    total_amount = sum(donations)
    print("Total donations collected: $", total_amount)
    remaining_amount = 2500 - total_amount
    if remaining_amount > 0:
        print("Amount needed to reach $2500|Remaining amount is: $",
            remaining_amount)
    else:
        print("Goal of $2500 reached!")

    number_of_donors = len(donations)
    print("Number of donors:", number_of_donors)

calculate_total_donations(donations)
```

(i) Write the output of the above Python program.
ඉහත පයිතන් වැඩසටහනේ ප්‍රතිදානය ලියා දක්වන්න.

(ii) What code lines should be changed or added in this code to find the percentage of the goal reached? Write down the necessary modifications.
ළඟා වූ ඉලක්කයේ ප්‍රතිශතය සොයා ගැනීමට මෙම කේතයේ වෙනස් කළ යුතු හෝ එකතු කළ යුතු කේත පේළි මොනවාද? අවශ්‍ය වෙනස් කිරීම් ලියන්න.

(iii) What is the purpose of this program?
මෙම වැඩසටහනේ අරමුණ කුමක්ද?

2. In a hospital 3 doctors were appointed by the director board for special surgeries. When a patient had to do a surgery, there must be at least two doctors in the operation theater.
රෝහලක ශල්‍යකර්මයක් සිදු කිරීමට වෛද්‍යවරුන් තිදෙනෙකු තෝරා පත් කර ඇත. එහි යම් කිසි ශල්‍යකර්මයක් සිදු කිරීමට අවශ්‍ය නම් අවම වශයෙන් වෛද්‍යවරුන් දෙදෙනෙකු ශල්‍යකර්මය සඳහා ශල්‍යාගාරය තුළට වාර්තා කර තිබිය යුතුය.

[It returns 1 when doctor is reported and if not it returns 0. Assume that three doctors are A,B and C. And get the output as Z.]
[වෛද්‍යවරයෙක් වාර්තා කර ඇත් නම් 1 ලෙසද, වාර්තා කර නොමැති නම් 0 ලෙසද ප්‍රතිදානය කරයි. වෛද්‍යවරුන්ගෙ නම් A,B සහ C ලෙස සලකන්න. සහ අවසන් ප්‍රතිදානය Z ලෙස සලකන්න.]

(i) Create a truth table for this.
මෙම ක්‍රියාවලිය සඳහා සත්‍යතා වගුවක් නිර්මාණය කරන්න.

(ii) Create a karnaugh map using above truth table.
ඒ සඳහා කානෝ සිතියම ව්‍යුත්පන්න කරන්න.

(iii) Create equations for Product Of Sum and Sum Of Products using karnaugh map.
[Mark the loops in the karnaugh map clearly.]
ප්‍රතිදානය සඳහා එකතු වල ගුණිත පදය හා ගුණිත වල එකතු පදය ව්‍යුත්පන්න කරන්න.
[කානෝ සිතියම තුල ලූප නිවැරදිව සලකුණු කරන්න.]

(iv) Draw the relevant circuit diagrams for POS & SOP.
SOP සහ POS ට අදාල නිවැරදි පරිපථ සටහන් ඇඳ දක්වන්න.

3. (a) The Shah Rukh Khan Career Management System is developed to organize and manage various aspects of Shah Rukh Khan's illustrious career, including movies, awards, endorsements, public appearances, and fan interactions.
ෂාරුක් ඛාන්ගේ වෘත්තිය කළමනාකරණ පද්ධතිය, චිත්‍රපට, සම්මාන, අනුමත කිරීම්, ප්‍රසිද්ධියේ පෙනී සිටීම් සහ රසික අන්තර්ක්‍රියා ඇතුළුව ෂාරුක් ඛාන්ගේ කීර්තිමත් වෘත්තිය ජීවිතයේ විවිධ අංශ සංවිධානය කිරීමට සහ කළමනාකරණය කිරීමට සංවර්ධනය කර ඇත.

The **Actor** entity captures Shah Rukh Khan's personal and professional profile. He is uniquely identified by ActorID and described by attributes like FullName, DateOfBirth, DebutYear, TotalMovies, and Biography.
නළු වගුවේ ෂාරුක් ඛාන්ගේ පෞද්ගලික සහ වෘත්තිය පැතිකඩ ග්‍රහණය කරයි. ඔහු ActorID මගින් අනන්‍ය ලෙස හඳුනාගෙන ඇති අතර FullName, DateOfBirth, DebutYear, TotalMovies සහ Biography වැනි ගුණාංග මගින් විස්තර කෙරේ.

The **Movies** entity stores each film's details, including MovieID, Title, ReleaseYear, Genre, Director, BoxOfficeCollection, and RoleName. Shah Rukh Khan may act in multiple movies over time.
චිත්‍රපට වගුවේ MovieID, මාතෘකාව, නිකුත් කළ වර්ෂය, ප්‍රභේදය, අධ්‍යක්ෂක, BoxOfficeCollection සහ RoleName ඇතුළුව සෑම චිත්‍රපටයකම විස්තර ගබඩා කරයි. කාලයත් සමඟ ෂාරුක් ඛාන් බහු චිත්‍රපටවල රඟපායි.

The **Awards** entity captures recognition received, including AwardID, AwardName, Category, YearReceived, ForMovie, and Organization. A movie may be linked to several awards, and an award can be received multiple times.
සම්මාන වගුවේ AwardID, AwardName, කාණ්ඩය, ලැබුණු වසර, ForMovie සහ සංවිධානය ඇතුළුව ලැබුණු පිළිගැනීම ග්‍රහණය කරයි. චිත්‍රපටයක් සම්මාන කිහිපයකට සම්බන්ධ කළ හැකි අතර, සම්මානයක් කිහිප වතාවක් ලබා ගත හැකිය.

The **FanClubs** entity stores information on global fan communities with attributes like ClubID, Name, Country, MemberCount, and FoundedYear. Each club can organize multiple Events.
FanClubs වගුවේ ClubID, නම, රට, සාමාජික සංඛ්‍යාව සහ ආරම්භ කරන ලද වසර වැනි ගුණාංග සහිත ගෝලීය රසික ප්‍රජාවන් පිළිබඳ තොරතුරු ගබඩා කරයි. සෑම සමාජයකටම බහු සිදුවීම් සංවිධානය කළ හැකිය.

The **Events** entity includes EventID, EventName, Location, Date, and OrganizedBy (FanClub). These events may include meet-and-greets, birthdays, or promotional activities.
Events වගුවේ EventID, EventName, Location, Date සහ OrganizedBy, FanClub ඇතුළත් වේ. මෙම සිදුවීම් වලට හමුවීම් සහ සුබ පැතුම්, උපන්දින හෝ ප්‍රවර්ධන ක්‍රියාකාරකම් ඇතුළත් විය හැකිය.

Shah Rukh Khan endorses various products and brands stored in the **Endorsements** entity, with EndorsementID, BrandName, Industry, ContractStartDate, ContractEndDate, and ContractValue.
ෂාරුක් ඛාන් EndorsementID, BrandName, Industry, ContractStartDate, ContractEndDate සහ ContractValue සමඟ Endorsements වගුවේ තුළ ගබඩා කර ඇති විවිධ නිෂ්පාදන සහ වෙළඳ නාම අනුමත කරයි.

The **SocialMedia** entity tracks his social presence through platforms such as Instagram, Twitter, and Facebook, with attributes like PlatformID, PlatformName, FollowersCount, JoinDate, and VerificationStatus.
SocialMedia වගුවේ PlatformID, PlatformName, FollowersCount, JoinDate සහ VerificationStatus වැනි ගුණාංග සමඟ Instagram, Twitter සහ Facebook වැනි වේදිකා හරහා ඔහුගේ සමාජ පැවැත්ම නිරීක්ෂණය කරයි.

To maintain his team, the ManagementTeam entity tracks people like managers, publicists, and security, with attributes like TeamMemberID, Name, Role, ContactInfo, and YearsWithSRK.
ඔහුගේ කණ්ඩායම පවත්වා ගැනීම සඳහා, ManagementTeam වගුවේ TeamMemberID, Name, Role, ContactInfo සහ YearsWithSRK වැනි ගුණාංග සමඟ කළමනාකරුවන්, ප්‍රචාරකයින් සහ ආරක්ෂාව වැනි පුද්ගලයින් නිරීක්ෂණය කරයි.

Draw an ER Diagram for this application showing the entities, attributes, and relationships.
මෙම යෙදුම සඳහා භූතාර්ත, උපලක්ෂණ සහ සම්බන්ධතා පෙන්වන ER රූප සටහනක් අඳින්න.

❋ ❋ ❋